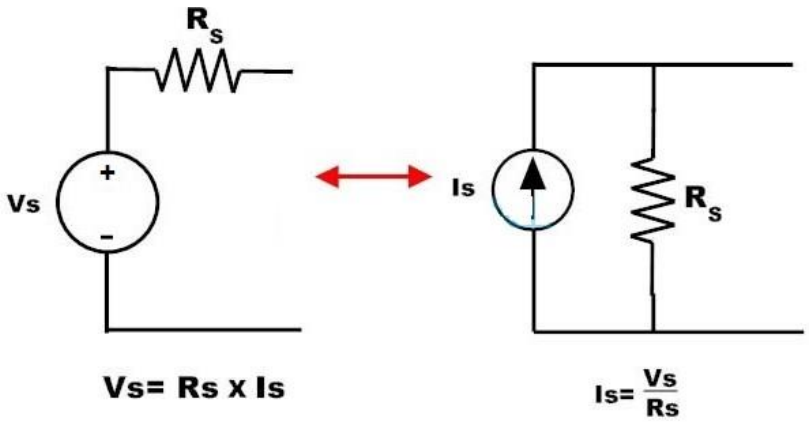

PASOS:

- Encuentre la resistencia interna de la fuente de tensión y mantenga esta resistencia en paralelo con una fuente de corriente.
- Determine el flujo de corriente proporcionado por la fuente de corriente aplicando la ley de ohms.

En la figura anterior, una fuente de tensión con una resistencia Rs se transforma en una fuente de corriente equivalente con una resistencia en paralelo Rs. Y este valor actual se obtiene aplicando la ley de ohms como:

$$Is = Vs/Rs.$$

Ejemplo:

La fuente de corriente equivalente con una corriente de 4A y una resistencia en paralelo de 5 ohmios se muestra a continuación.

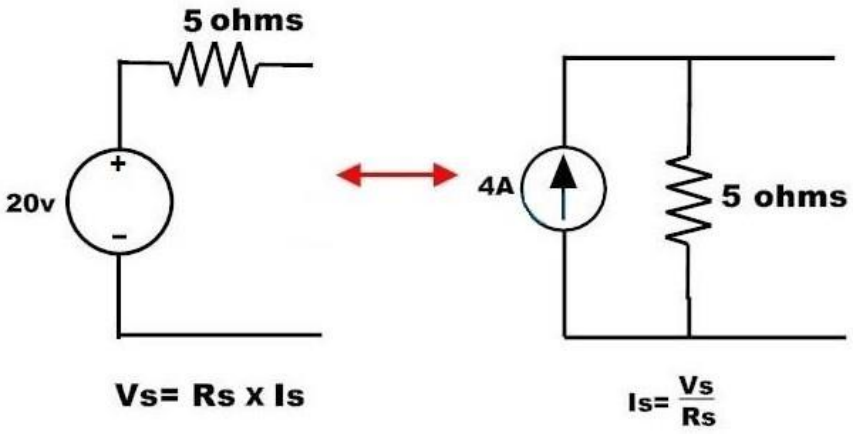

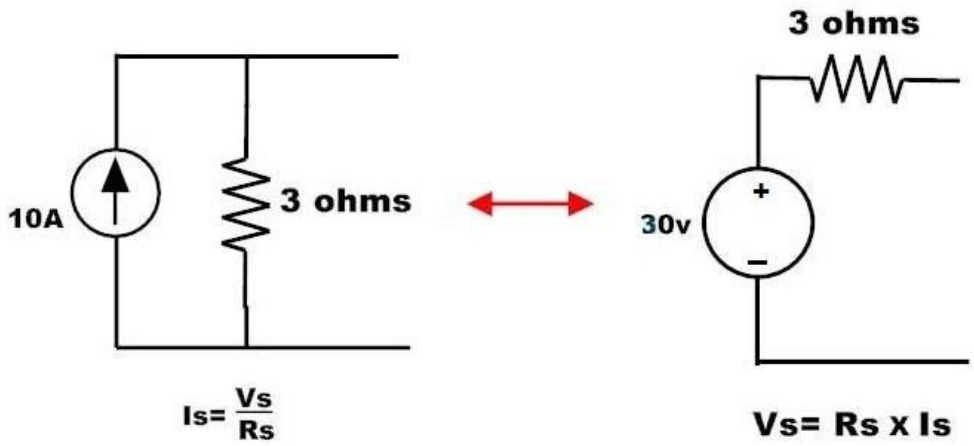

$$I_s = \frac{V_s}{R_s}$$

$$V_s = R_s \times I_s$$